TP2 - Rôle de la diode - le retour

NOM :

Prénom :

MONTAGE 1 Réaliser le montage ci-dessous en utilisant les réglages suivants :

- tension alternative de 6 V ;
- au moins 2 périodes visualisables sur l'oscilloscope ;
- l'amplitude sur l'écran la plus grande possible.

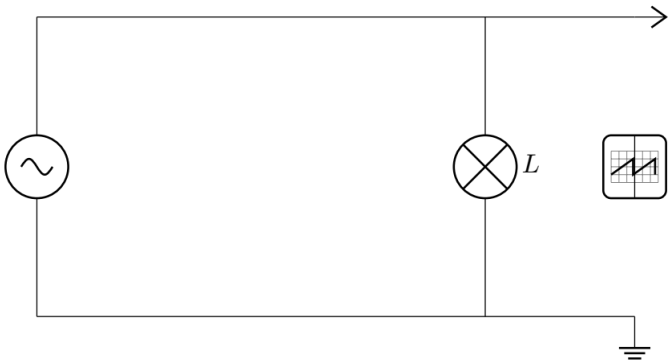

Appeler M Ruiz

Évaluation

Composants présents sur la plaque	
Les branchement de l'oscilloscope sont corrects	
Le générateur délivre une tension alternative	
La tension est bien réglée sur 6 V	
Au moins deux périodes visualisables sur l'écran de l'oscilloscope	
L'amplitude sur l'écran est bien la plus grande possible	

Représenter l'oscillogramme obtenu à l'écran de l'oscilloscope.

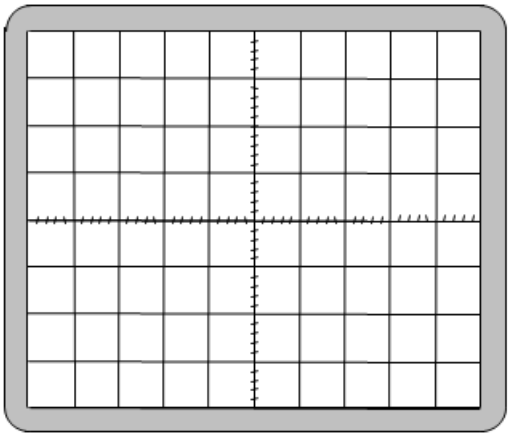

Valeurs	U_{Max} =	T =
Calculs	U =	f =

Pré-requis EXERCICE - Rôle de la diode

En classe de 5ième , vous avez découvert que la diode est un dipôle qui possède un sens passant et un sens bloquant. Retrouver dans les circuits suivants les lampes qui sont allumées ou éteintes.

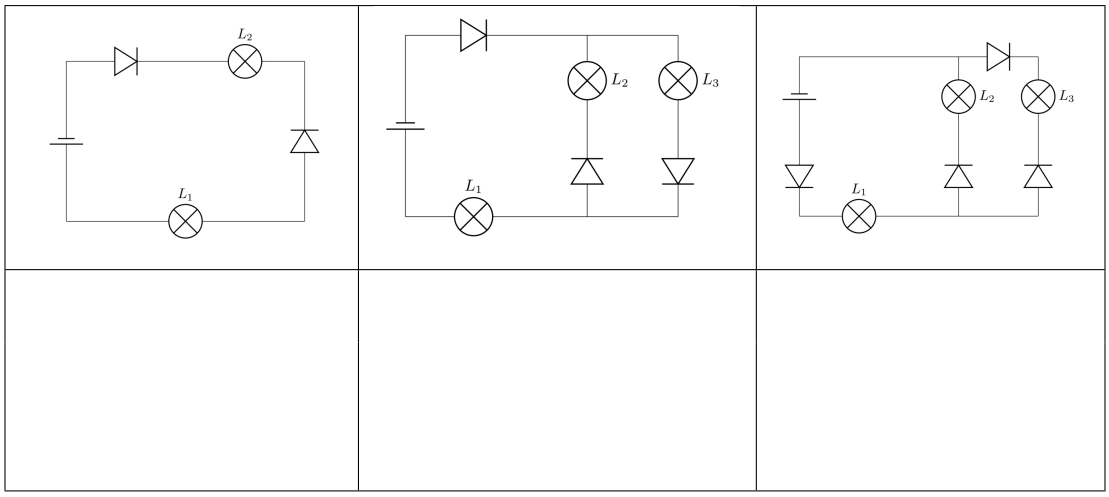

Appeler M Ruiz

Évaluation	

MONTAGE 2 Réaliser le montage ci-dessous en utilisant les réglages suivants :

- tension alternative de 6 V ;
- au moins 2 périodes visualisables sur l'oscilloscope ;
- l'amplitude sur l'écran la plus grande possible.

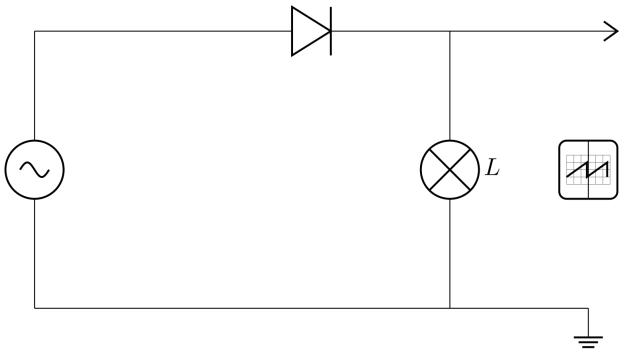

Appeler M Ruiz

Évaluation	Montage	Réglages

Représenter l'oscillogramme obtenu à l'écran de l'oscilloscope.

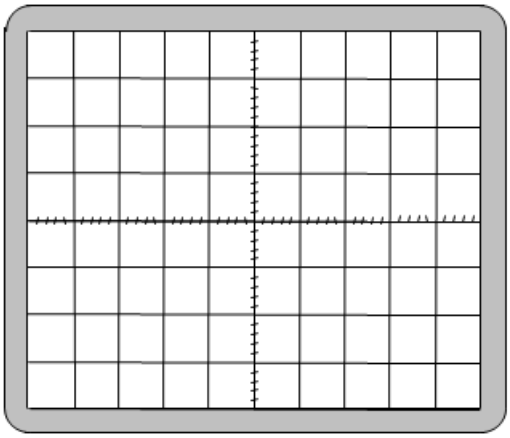

Valeurs	U_{Max} =	T =
Calculs	U =	f =

La tension observée est-elle alternative ? Justifier votre réponse

Quel est le rôle de la diode ?

MONTAGE 3 Réaliser le montage ci-dessous en utilisant les réglages suivants :

- tension alternative de 6 V ;
- au moins 2 périodes visualisables sur l'oscilloscope ;
- l'amplitude sur l'écran la plus grande possible.

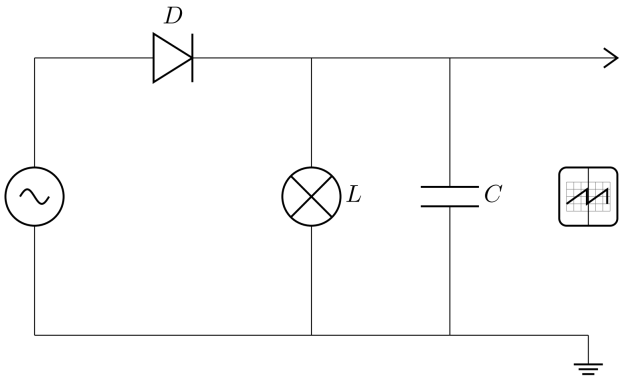

Appeler M Ruiz

Évaluation	Montage	Réglages

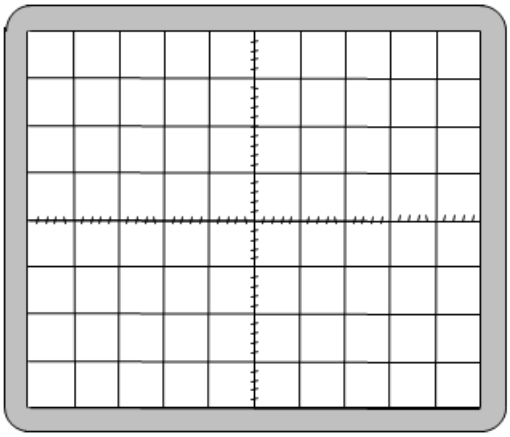

Déterminer la valeur de la tension en V :

De quel type de tension s'agit-il ?

Quel est le rôle du condensateur ?